Amended

G.C.E. (O/L) Examination - 2017

Scheme of Marking

80 - Information and Communication Technology

(NEW) Syllabus

ICT

G.C.E. (O/L) Examination 2017

Scheme of Marking

80 - Information and Communication Technology

(NEW) Syllabus

Marks Allocation

Paper 1: **40 Marks**

Paper II: **60 Marks** [Question 1 (Compulsory Question) =20 marks] +

[Four other optional questions = 10 marks each]

Paper I - MCQ Answers

Question	Answer
1	1
2	4
3	2
4	4
5	2
6	3
7	2
8	1
9	1
10	2
11	3
12	2
13	3
14	4
15	3
16	1
17	3
18	4
19	1
20	1

Question	Answer
21	2
22	2
23	4
24	3
25	3
26	4
27	All
28	1
29	4
30	1
31	1
32	1
33	2
34	3
35	2
36	3
37	3,4
38	3
39	1
40	3

Paper II

Special Notes:

…/…/… indicate only one of the options included are considered as one answer

Underlined key words are important in a given answer

[..] indicates marking guidelines

1 (i)	(i) (a) Convert the binary number 1101110011100_2 to Octal. Show steps in your calcu (b) Convert hexadecimal number 752_{16} to binary. Show steps in your calculation.

(a)

Method 1

110 111 001 100 (separate bits into groups of 3)

6714_8 (base has to be mentioned)

Method 2

Conversion to base 10 (obtaining **3532**) and then to base 8

**Note : Need to show both steps of the conversion

[0.5 mark for answer,
0.5 mark for steps,
= 1 Mark]

(b) 752_{16}

Method 1

0111 0101 0010$_2$or 11101010010$_2$(base has to be mentioned

[0.5 mark for answer,
steps 0.5 mark
= 1 Mark]

Method 2

Conversion to base 10 (obtaining **1874**) and then to base 2

**Note : Need to show both steps of the conversion

[0.5 mark for answer,
steps 0.5 mark,
=> 1 Mark]

Marks for (i) =>= 2 Marks]

(ii) (ii) A flashlight with motion and light sensors is located outside a front door of a building. 'on' automatically when it is dark and when someone approaches the door from outsi conditions are satisfied). The motion sensor turns from OFF (0) to ON (1) when somen the door. The light sensor is ON (1) when there is light and OFF (0) when it is dark. The block diagram of the circuit *Figure 1* relating to this scenario is shown below.

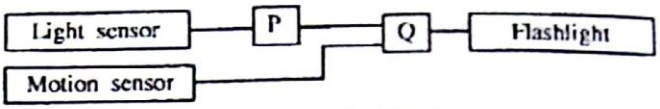
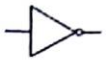


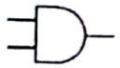
Figure 1 - Logic Circuit


(a) (a) What are the suitable logic gates for P and Q in the above circuit?

P – NOT gate/



Q – AND gate/





is also acceptable since the circuit structure is given in the question

****Note: Answers without the labels P,Q awarded No marks**

[0.5 mark each for correct gate=> 0.5 marks* 2

= 01 marks]

The above circuit is modified by adding an OR gate and a switch [ON (1), OFF (0)] below in *Figure 2*

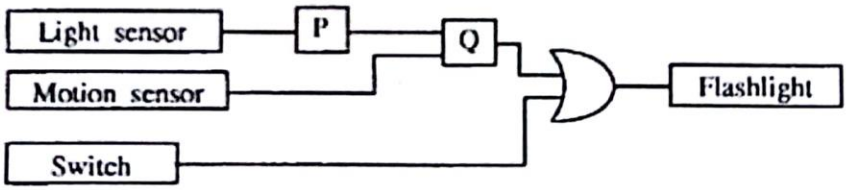


Figure 2 - Modified Logic Circuit

(b) Identify which of the **two** in the following statements are correct regarding the modi given in *Figure 2*. Write down the relevant statement numbers.

① - When switch is **ON** (1) the flashlight will always be on.

② - When switch is **OFF** (0) this circuit behaves as the circuit in *Figure 1*.

③ - The behaviour of two circuits are identical.

(b) 1 and 2

***Note: **[1 mark awarded for all three mediums (Sinhala/Tamil/English)**

= 01 mark]

(iii)	(iii) Assume that 4 bits per pixel are used to represent a colour in a colour representation syst colours different from each other can be represented in this system?

$2^4 = 16$ or 16

[02 mark]

(iv)	(iv) Sama goes to a bookshop to buy 3 exercise books and 2 pens. After finding the ite them to the counter where the sales assistant scans the bar code stickers attached to each information system in the shop. Quantities of each item are also entered into the syster calculates the cost for each item and the total cost of all the items. Then the system for the transaction. Write down one example each for input, process and output of the information system.

Input – bar code, quantity (3, 2 acceptable)

Process – interpreting/converting/using bar code, calculate cost of items,

calculate total cost of all items

Output – bill

[Input 0.5 marks,

Process 1 mark,

Output 0.5 marks

= 02 marks]

(v)	(v) The following ports labelled Ⓐ-Ⓔ are found in a computer.  Ⓐ Ⓑ Ⓒ Ⓓ Ⓔ Write down the relevant label of the port related to the following questions: (a) Which port can be used to access Internet using a network (UTP) cable? (b) What port can be used to connect a digital camera to copy photos into the c

(a) -> E

(b) - > D

[1 mark each for correct answer => 1 mark*2

= 02 marks]

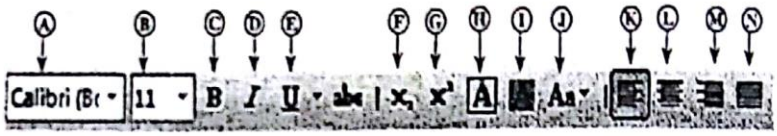
(vi)

(vi) The document given below was created using a Word Processing software and it was formatted as indicated by labels ① to ④. Assume that the font size of the document has not been changed.

Before formatting	After formatting
Covalent Bonds	Covalent Bonds ← ①and②
Electron sharing between atoms is another method of forming bonds among them. By sharing of electrons like this, the atoms acquire the noble gas configuration. Joining of atoms by sharing electrons between a pair of atoms is referred to as a covalent bond.	Electron sharing between atoms is another method of forming bonds among them. By sharing of electrons like this, the atoms acquire the noble gas configuration. Joining of atoms by sharing electrons between a pair of atoms is referred to as a covalent bond. ③
Sharing of electrons between atoms of the same kind gives rise to homoatomic molecules. e.g. hydrogen (H2), fluorine (F2), oxygen (O2), nitrogen (N2)	Sharing of electrons between atoms of the same kind gives rise to homoatomic molecules. e.g. hydrogen (H_2), fluorine (F_2), oxygen (O_2), nitrogen (N_2) ④

(Source: Science text book-grade 10, p174)

Some formatting tools available in Word processing software are shown below with labels Ⓐ - Ⓝ.



Identify the tool used for each of the formatting tasks indicated by the labels ① to ④. Write down the number assigned to the formatting tasks ①-④ and the relevant label of the tool.
Note: No marks will be awarded if more formatting tools than necessary are given in your answer.

1– A /L
2- L/A
3 – E
4– F

****Note: For both 1 and 2, the same (i.e A or L) label is not accepted as the correct answer**

[0.5 Marks * 4, = 02 marks]

(vii)

(vii) Determine whether the following statements are **True** or **False**. Write down the statement number and whether the statement is **True** or **False**.

① - Internet Protocol (IP) address is used to uniquely identify a computer on the Internet.

② - File Transfer Protocol (FTP) is used to transfer files between remote computers.

③ - Hypertext Transfer Protocol (HTTP) is used to exchange html documents.

④ - Files and folders in a cloud computing environment can be accessed without an Internet connection.

1 – True/ T

2 – True/ T

3 – True/ T

4 – False/ F

[0.5 Marks* 4, = 02 marks]

(viii)

(viii) Some icons used in graphic design software are labelled as Ⓐ - Ⓓ.



Ⓐ Ⓑ Ⓒ Ⓓ

Identify the correct name for each tool from the list given below. Write down the tool name against labels Ⓐ - Ⓓ.

List: {crop tool, lasso tool, hand tool, brush tool, clone stamp tool, magic wand tool, move tool}

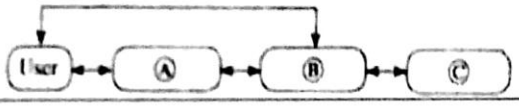
A – Magic Wand Tool
B – Lasso Tool
C – Move Tool
D – Clone Stamp Tool

[0.5 marks for each correct answer => 0.5 marks*4, = 02 marks]

(ix)

(ix) The following diagram shows the interaction between a user and a computer system. Identify matching terms for labels Ⓐ, Ⓑ and Ⓒ in the diagram from the following list. Write down the label and corresponding term.

List: {Hardware, Application software, Operating system software, Liveware}



A – Application Software
B – Operating System Software
C – Hardware

[1 or 2 correct =>1 mark, All 3 correct => 2 marks, = 02 marks]

(x)

(x) Assume that a dice was thrown 10 times and the 10 values obtained are stored in an array named A. The following algorithm with missing terms Ⓟ, Ⓠ and Ⓡ is used to calculate how many times number 5 was obtained.

```
count = 0
i = 0
while i < Ⓟ
    if A[Ⓠ] = 5 then
        Ⓡ = count + 1
    end if
    i = i + 1
end while
display count
```

Index of array	0	1	2	3	4	5	6	7	8	9
A	1	3	5	3	2	1	5	4	6	1

Write the correct terms for labels Ⓟ, Ⓠ and Ⓡ in the above algorithm.

P – 10

[01 mark]

Q – i

[0.5 mark]

R – count

[0.5 mark]

Note: Correct spelling needed for variables

[02 marks]

2. (i)

(i) Consider following statements ① - ④ regarding ICT related security issues

① A malware program that replicates itself to spread to other computers

② Unsolicited (unwanted) email received into the inbox of an email software

③ Pretending to be a trustworthy communication, attempting to obtain someone's username of a bank account

④ Display unwanted promotional material in the form of pop-ups in a webpage

Identify the matching terms from the list given below for each of the statements ① - ④ the statement number and the relevant term from the list

List: | Adware, Spam, Phishing, Bots, Computer worm, Firewall |

1 → Computer Worm
2 → Spam
3 → Phishing
4 → Adware

[1Marks *4, = 04 marks]

(ii)

(ii) The diagram shows how a person works on his computer

Write **two** health related issues that he may face due to the posture



Any Two of the following :

- Muscular Skelton Syndrome/back pain/leg pain/arm pain/frozen shoulder
- Neck Pain
- Headache
- Computer Vision Syndrome(CVS)/Eye (Strain/Ache/Irritation/Pain)
- Repetitive Strain/Stress Injury(RSI)
- Carpel Tunnel Syndrome(CTS)/Wrist Pain

[1.5 marks * 2, = 03 marks]

(iii)

(iii) Consider the following scenarios labelled ① - ③

1 A person copying licensed software downloaded from Internet and selling to others

2 A person logging into a social media account using a stolen user name and a password

3 A farmer in one country uses agricultural information on web, while a farmer in another country is unable to use such information as he does not know how to use computers and does not have access to Internet

Identify the suitable terms from the list given below for each of the above scenarios and write down the relevant term against the labels ① ③

List: | Piracy, Cyber crime, Digital divide, Privacy, Electronic business |

1 → Piracy
2 → Cyber Crime
3 → Digital Divide

[1 marks * 3, = 03 marks]

3 (i)

3. (i) Consider the following figure which shows HTML source file with missing tags and parameters labelled ❶-❽ on the left and its **output** on the right.

HTML source

```
<!DOCTYPE html>
<html>
<body>
<h2><❶> Milk Rice </❶></h2>
<❷ src="milkrice.jpg" alt="Milk Rice">
<p align =“❸”> “<❹>Kiribath</❹> is a traditional dish
    which is fit for any auspicious moment. Kiribath also
    known as milk rice is normally served with "lunu
    miris", a mixture of red onions and spices as well as
    with bananas, jaggery & curries. It's a must have for
    <❺>New Year</❺> celebrations & a popular breakfast
    dish too." </p>
<❻>
<li>3 Cups of Long grain rice (short grain or white rice)</li>
<li>3 Cups of Coconut milk (thick)</li>
<li>4 <❼>1</❼>/<❽>2</❽> Cups of Water</li>
<li> <❼>3</❼>/<❽>4</❽> Teaspoons of Salt </li>
</❻>
</body>
</html>
```

Output

Milk Rice



"*Kiribath* is a traditional dish which is fit for any auspicious moment. Kiribath also known as milk rice is normally served with "lunu miris", a mixture of red onions and spices as well as with bananas, jaggery & curries. It's a must have **New Year** celebrations & a popular breakfast dish too."

- 3 Cups of Long grain rice (short grain or white rice)
- 3 Cups of Coconut milk (thick)
- 4 ½ Cups of Water
- ¾ Teaspoons of Salt

Select the correct tag or parameter from the following list for labels numbered ❶-❽ in the HTML source code above and write them down against each number.

List: |center, b, hr, em, img, justify, i, ol, s, sup, sub, p, tr, td, marquee, u, ul|

1 → center, 2 → img, 3 → Justify, 4 → i, 5 → b, 6 → ul, 7 → sup, 8 → sub

←----------1 mark each----------→ ←0.5 mark each→

[tags 1 to 6 ,1 markeach,

<u>tag, 7 & 8,=> 0.5 mark each</u>

=>1*6+ 0.5 *2,

= 07 marks]

(ii)

(ii) Determine whether the following statements are **TRUE** or **FALSE**.

① Number of pixels can be reduced by removing unnecessary sections in edge of images using Crop/Trim tool in graphics software.

② Size of video files can be reduced by making the frame size smaller and reducing the resolution of image in a frame.

③ The size of audio files can be compressed by decreasing the sampling rate.

Write down statement labels ①-③ and write whether the above statements are **TRUE** or **FALSE**.

1 → true/T

2 → true/T

3 → true/T

[1 marks * 3]

= 03 marks]

4(i)

The following spreadsheet segment shows CO_2 emission (kt) of some Asian countries in the years 1972 and 2014.

	A	B	C	D	E
1	CO_2 Emission (kt) of some Asian countries				
2	Country Name	1972	2014	Difference	Percentage
3					
4	Bangladesh	3508.319	73189.653		
5	Bhutan	3.667	1001.091		
6	China	935575.681	102915926.9		
7	India	217849.136	2238377.14		
8	Japan	853373.739	1214048.36		
9	Sri Lanka	3542.322	18393.672		
10	Maldives	3.667	1334.788		
11	Total CO_2 Emission (kt)				

(*source: World Development Indicators*)

(i) Write down the formula that should be written in cell D4 to find the difference of CO_2 emission between years 2014 and 1972 in Bangladesh.

| Difference = Value of year 2014 - Value of year 1972 |

=C4-B4

OR

=(C4-B4)

**Note: No partial marks

[correct answer awarded 02 Marks]

(ii)

(ii) Write down the formula that should be written in cell E4 to calculate the percentage increase of CO_2 emission from 1972 to 2014 for Bangladesh.

| Percentage Increase = (Difference/Value of year 1972) × 100 |

=(C4 – B4)/B4*100

OR

=((C4 – B4)/B4)*100

OR

=D4/B4*100

OR

=(D4/B4)*100

****Note: Exact answer required and No marks awarded for incorrect/incomplete excel formula syntax**

****Note: No partial marks**

[02 Marks]

(iii)

(iii) Assume that the two formulae entered to cells D4 and E4 are copied to the cell range D5:E10. Write down respectively the two formulae displayed in cell D9 and E9 that are related to Sri Lanka.

=C9-B9 and =(C9-B9)/B9*100

OR

=C9-B9 and =D9/B9*100

OR

=(C9-B9) and =((C9-B9)/B9)*100

OR

=(C9-B9) and =(D9/B9)*100

=(D4/B4)*100

****Note: if 4(ii) answer is respectively in D9 and E9 cells**

****Note: No partial marks**

[1.5 marks each for correct formula=>1.5 marks*2, = 3 marks]

(iv)	(iv) A formula in the form of *=function1(cell1:cell2)* is written in cell B11 to calculate the tot in all countries in 1972. Write down the relevant terms for *function1*, *cell1* and *cell2*.

function1 = sum, **cell1** =B4, **cell2** =B10

[1 mark for function1,
0.5 marks for cell1, 0.5 marks for cell2]

OR

=sum(B4:B10)

**Note: No partial marks
[02 marks]

(v)	(v) Name the most suitable chart type in spreadsheet software to show the CO_2 emission of given countries in 1972 and 2014.

Bar chart/Column chart/~~Line~~/Area chart/Line Chart/

~~**Note: If more than one correct type of charts given marks given~~
~~**Note : If pie chart is included in the answer no marks awarded.~~
Note: If attempted give one mark
[01 Mark]

5(i)

Assume that the following database tables are used to calculate the electricity bills. The same rate is used to complete the bill of a given customer.

Customer_Data Table

Name	Acc_No	Type
A.B. Silva	1001	R
V. Balasingham	1002	C
S.S. Gamage	1003	R
R.T. Alles	1004	C

Rate Table

Type	Rate
R	10.50
C	18.50

Usage Table

Month	Acc_No	Units
January	1001	185
February	1001	280
January	1002	165
May	1003	270

(i) Write two primary keys and their corresponding tables.

Customer_Data (table)→ Acc_No
Rate (table) → Type

**Note: No marks awarded, if more than two answers written

**Note : if more than one field given for a table NO marks awarded,
'_' is NOT essential for table names
'_' is essential for field names

**[1 mark*2,
=02 marks]**

(ii)	(ii) Write two foreign keys and their corresponding tables.

Usage (table)→ Acc_No
Customer_Data(table) → Type

**Note: No marks awarded, if more than two answers written

**Note : if more than one field given for a table NO marks
**[1 mark*2 ,
=02 marks]**

(iii)	(iii) What would be the most suitable table in the database to add the field *customer_address*?

Customer_Data (table)

**Note : if more than one table give NO marks awarded
Note: Underscore "_" optional for table names
[01 mark]

(iv)	(iv) What tables should be updated if a new customer called *A.B.C Navaz* of type *R* has used 120 units for the month of April?

Customer_Data (table),
Usage (table)

**Note : if all three table names are given no marks awarded

[0.5 marks*2,
=01 mark]

(v)	(v) Write down the updated rows and their respective table names for the updates given (iv) above. (Assume that Acc_No is 1005.)

Customer_Data (table)→ (A B C Navaz, 1005, R)

OT

Customer_Data (table)
A B C Navaz,
1005,
R

OR

Customer_Data (table)
Name → A B C Navaz,
Acc_No → 1005,
Type → R

OR

Customer_Data (table)

Name	Acc_No	Type
A B C Navaz,	1005	R

If the entire table is drawn and relevant record is included the marks are awarded,

[1 mark * 2,
= 02 Marks]

==========

Usage → (April,1005,120)

OR

Usage (table)
April,
1005,
120

OR

Usage (table)
Month→ April,
Acc_No→ 1005,
Units→ 120

OR

Usage(table)

Month	Acc_No	Units
April	1005	120

If the entire table is drawn and relevant record is added, marks are given

**Similar format of presentation as above are also acceptable

**Note : each table name with all relevant fields need to be provided to award mark for each table

[1 mark*2 , =02 marks]

(vi)	(vi) What tables should he joined to run a query to find out the total bill for *A.B. Silva* for January?

Customer_Data (table), Rate (table), Usage (table)

Or

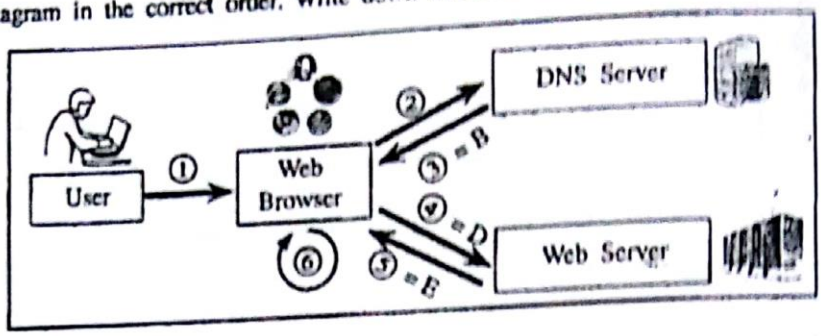
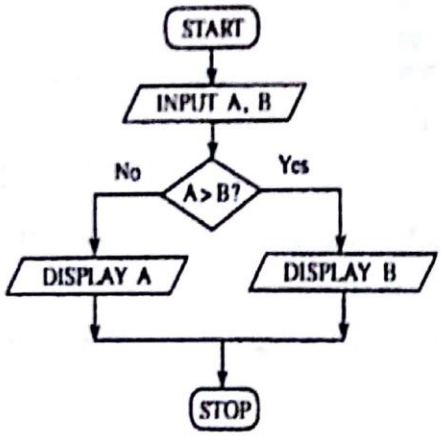
All three tables

**Note: No partial marks

Note: Underscore "_" optional for table names

[02 marks]

6 (i)	(i) Consider the following scenario related to the development of a library information system. The librarian proposed to introduce a new computerized information system to manage its operations. **Anwar** identified the requirements of the proposed system. Then he designed a system that satisfies the requirements. Based on the design made by **Anwar**, **Malani** developed the software. **Krishna** tested the software. **Saman** installed the system in the library. A few months later, **Malani** fixed problems in the new system and modified the software to print two additional reports. (a) Who is involved in the coding (implementation) phase of systems development life cycle? (b) Which phase of the systems development life cycle was carried out by Saman? (c) Which phase of the systems development life cycle was carried out by Krishna? (d) Write two different methods that Anwar can use to understand the requirements of the proposed system. (e) Anwar assessed whether the new system is able to run with the available computers in the library. What feasibility was assessed in this scenario?
(a)	Malani [1 mark] [Saman is also acceptable as correct give 1 mark]
(b)	Deployment/Implementation phase of a System [1 mark]
(c)	Testing and (Debugging) phase/Software Quality Assurance phase [1 mark]
(d)	Observation/Interview/Questionnaires/Document Inspection/Prototyping/Document sample inspection [1.5*2 marks, =03 marks]
(e)	Technical Feasibility ***Note: [1 mark awarded for all three mediums (Sinhala/Tamil/English) = 01 mark]

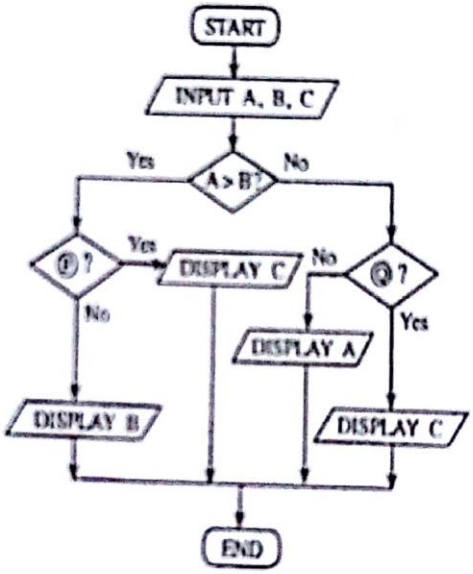
(ii)	(ii) The following steps A-F show the process of visiting the 'http://www.nie.lk' web page by A - Request to translate www.nie.lk domain name to the IP address is sent to the Name Server) B - DNS returns the IP address 222.165.180.150 C - Web browser renders the HTML web page D - Web browser sends a 'http Get' request to the webserver with the IP address 222.16 E - Webserver with IP address 222.165.180.150 returns the html data stream F - User opens the web browser and enters 'http://www.nie.lk' The following diagram shows the process related to the above list of steps. The labels (are matched with steps B, D and E respectively. Match the remaining steps with the lab ⑥ in the diagram in the correct order. Write down the label and the corresponding step. 
	1 → F 2 → A 6 → C OR ~~F, A, C~~ ~~Note: If labels are not given and the respective order is correct marks are awarded~~ [1 mark* 3, =03 marks]
7(i)	(i) The following flowchart shows an algorithm that reads two numbers and display the smaller number.  Write the pseudocode for the algorithm in the flowchart given above.

```
Begin
    Input/Get/Read A
    Input/Get/Read B
                        ** Note Input/Get/Read A,B is also acceptable
    If (A>B) then
                                    ** Note: brackets optional
      Display/Show/Print/Output B
    Else
      Display/Show/Print/Output A
    Endif               ** Note: Endif optional since there is only one
statement after Else
End
```

[Begin/End Or Start/End => 1 mark
**Note: Both (pair) should be there to award marks
Input A, Input B => 1*2
marks = 2 marks,
Completely correct If statement => 3 marks,
= 06 marks]

(ii)

(ii) The following flowchart reads three numbers and finds the smallest. Write down the correct expressions for missing labels P and Q.



P → B > C or C < B
Q → A > C or C < A

[2 marks for each correct answer => 2 marks*2,
= 04 marks]

Sinhala Medium Marking Scheme

සිංහල මාධ්‍යය ලකුණු දීමේ පටිපාටිය

සියලු ම හිමිකම් ඇවිරිණි.

R.M. LAKSIRI JAYANTHI RANASINGHE

රහස්‍ය ලේඛනයකි.

ශ්‍රී ලංකා විභාග දෙපාර්තමේන්තුව

අ.පො.ස. (සා.පෙළ) විභාගය - 2017

80 - තොරතුරු හා සන්නිවේදන තාක්ෂණය

(නව නිර්දේශය)

ලකුණු දීමේ පටිපාටිය

ICT

මෙය උත්තරපත්‍ර පරීක්ෂකවරුන්ගේ ප්‍රයෝජනය සඳහා සකස් කෙරිණි.
ප්‍රධාන පරීක්ෂක රැස්වීමේ දී ඉදිරිපත්වන අදහස් අනුව මෙහි වෙනස්කම් කරනු ලැබේ.

අවසන් සංශෝධන ඇතුළත් කළ යුතුව ඇත.

ශ්‍රී ලංකා විභාග දෙපාර්තමේන්තුව
இலங்கைப் பரீட்சைத் திணைக்களம்

රහස්‍යයි

අ.පො.ස. (සා.පෙළ) විභාගය - 2017
க.பொ.த (சா.தர)ப் பரீட்சை - 2017

විෂයය අංකය
பாட இலக்கம் **80**

විෂයය
பாடம் **තොරතුරු හා සන්නිවේදන තාක්ෂණය (නව නිර්දේශය)**

I පත්‍රය - පිළිතුරු
I பத்திரம் - விடைகள்

ප්‍රශ්න අංකය வினா இல.	පිළිතුරු අංකය விடை இல.	ප්‍රශ්න අංකය வினா இல.	පිළිතුරු අංකය விடை இல.	ප්‍රශ්න අංකය வினா இல.	පිළිතුරු අංකය விடை இல.	ප්‍රශ්න අංකය வினா இல.	පිළිතුරු අංකය விடை இல.
01.	1	11.	3	21.	2	31.	1
02.	4	12.	2	22.	2	32.	1
03.	2	13.	3	23.	4	33.	2
04.	4	14.	4	24.	3	34.	3
05.	2	15.	3	25.	3	35.	2
06.	3	16.	1	26.	4	36.	3
07.	2	17.	3	27.	All	37.	3, 4 (Due to translation error)
08.	1	18.	4	28.	1	38.	3
09.	1	19.	1	29.	4	39.	1
10.	2	20.	1	30.	1	40.	3

විශේෂ උපදෙස්
விசேட அறிவுறுத்தல்

එක් පිළිතුරකට ලකුණු
ஒரு சரியான விடைக்கு **01** බැගින්
புள்ளி வீதம்

මුළු ලකුණු / மொத்தப் புள்ளிகள் **01 × 40 = 40**

පහත නිදසුනෙහි දක්වෙන පරිදි බහුවරණ උත්තරපත්‍රයේ අවසාන තිරුවේ ලකුණු ඇතුළත් කරන්න.
கீழ் குறிப்பிடப்பட்டிருக்கும் உதாரணத்திற்கு அமைய பல்தேர்வு வினாக்களுக்குரிய புள்ளிகளை பல்தேர்வு வினாப்பத்திரத்தின் இறுதியில் பதிக.

නිවැරදි පිළිතුරු සංඛ්‍යාව
சரியான விடைகளின் தொகை **25**
40

I පත්‍රයේ මුළු ලකුණු
பத்திரம் I இன் மொத்தப்புள்ளி **25**
40

II පත්‍රය

විශේෂ සටහන් :

...../...../..... මෙම පිළිතුරු අතුරින් එකක් එක් පිළිතුරක් ලෙස සැලකෙන අතර එකක් පමණක් තිබිය නිවැරදි පිළිතුර සඳහා ප්‍රමාණවත් වේ.

යටින් ඉරි ඇඳි පද අදාල පිළිතුර සඳහා වැදගත් වේ.

[.....] ලකුණු දීම සඳහා අදාල වන මඟ පෙන්වීමදක්වයි

If any ambiguity occurs in the instructions, please refer the English version.

1 (i)	(i) (a) 1101110011100_2 යන දිවිමය සංඛ්‍යාව අෂ්ටක සංඛ්‍යාවක් බවට පරිවර්තනය කරන්න. ඔබගේ ගණනය කිරීමේ පියවර ලියා දක්වන්න. (b) 752_{16} ෂඩදශමික සංඛ්‍යාව දිවිමය සංඛ්‍යාවක් බවට පරිවර්තනය කරන්න. ඔබගේ ගණනය කිරීමේ පියවර ලියා දක්වන්න.

(a) I ක්‍රමය

110 111 001 100 (බිට් 3 බැගින් වෙන් කරගැනීම)

6714_8 (පාදය සඳහන් විය යුතුය)

[නිවැරදි පිළිතුර සඳහා ලකුණු 0.5,
පියවර සඳහා ලකුණු 0.5,
= ලකුණු 01]

2 ක්‍රමය

පළමුව 10 පාදයට හරවා **3532** ලබා ගැනීම සහ පසුව 8 පාදයට හැරවීම

Both steps have to be mentioned.

[නිවැරදි පිළිතුර සඳහා ලකුණු 0.5,
පියවර සඳහා ලකුණු 0.5
= ලකුණු 01]

(b) 752_{16}
I ක්‍රමය

$0111\ 0101\ 0010_2$ හෝ 11101010010_2 (පාදය සඳහන් විය යුතුය)

[නිවැරදි පිළිතුර සඳහා ලකුණු 0.5,
පියවර සඳහා ලකුණු 0.5
= ලකුණු 01]

2 ක්‍රමය

පළමුව 10 පාදයට හරවා **1874** ලබා ගැනීම සහ පසුව 2 පාදයට හැරවීම

[නිවැරදි පිළිතුර සඳහා ලකුණු 0.5,

පියවර සඳහා ලකුණු 0.5,
= ලකුණු 01]

[1 ප්‍රශ්නය (i) කොටස, ලකුණු 01x2 = ලකුණු 02]

Method 1

110 111 001 100 (separate bits into groups of 3)

6714_8 (base has to be mentioned)

Method 2

Conversion to base 10 (obtaining **3532**) and then to base 8

[0.5 mark for answer,
0.5 mark for steps,
= 1 Mark]

(b) 752_{16}

Method 1

$0111\ 0101\ 0010_2$ or 11101010010_2(base has to be mentioned

[0.5 mark for answer,
steps 0.5 mark
= 1 Mark]

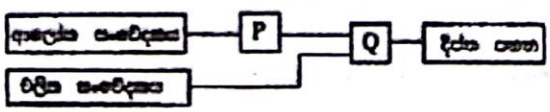
Method 2

Conversion to base 10 (obtaining **1874**) and then to base 2

[0.5 mark for answer,
steps 0.5 mark,
=> 1 Mark]

Marks for (i) => = 2 Marks]

(ii) (ii) චලිත සංවේදකයක් (motion sensor) සහ ආලෝක සංවේදකයක් (light sensor) සහිත දීප්ත පහනක් (flash light) සොඬාකැපිල්ලක ඉදිරි දොරට පිටතින් සවිකර ඇත. අඳුර පවතින අවස්ථා සහ යම් කෙනෙකු පිටතින් දොර ළඟට එන අවස්ථා දෙක හි පමණක් එක විට පහන ස්වයංක්‍රීයව දැල්වේ (ON). කෙනෙකු දොර සමීපයට පැමිණෙන විට චලිත සංවේදකය OFF (0) අවස්ථාවේ සිට ON (1) අවස්ථාවට පත් වේ. ආලෝකය පවතින විට ආලෝක සංවේදකය (light sensor) ON (1) අවස්ථාවට පත්වන අතර අඳුර ඇති විට එය OFF (0) අවස්ථාවට පත්වේ. මෙම සංසිද්ධියට අදාළ පරිපථයේ කැපී පෙනෙන (block diagram) පහත රූපය 1 හි දක්වා ඇත.



රූපය 1 - තර්කන පරිපථය

(a) (a) ඉහත පරිපථයේ P සහ Q සඳහා සුදුසු තර්කික ද්වාර (logic gates) මොනවා ද?

P – NOT ද්වාරය හෝ අදාල සංකේතය,

Q – AND ද්වාරය හෝ අදාල සංකේතය

0·5 x 2 = 1.

P – NOT gate/



If the student has copied the exact diagram and inserted correct logic gates, it is also acceptd

Q – AND gate/



**සටහන: P සහ Q ලේබල නොමැති පිළිතුරු සඳහා ලකුණු නොලැබේ.

[එක් නිවරදි ද්වාරයක් සඳහා ලකුණු 0.5 යි => 0.5 * 2,



also accepted

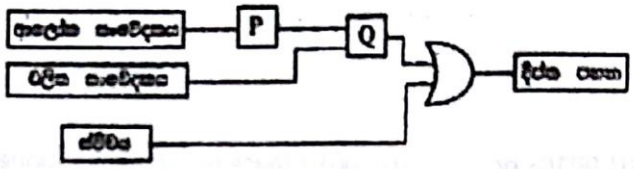
= ලකුණු 01]

**Note: Answers without the labels P,Q awarded No marks

[0.5 mark each for correct gate=> 0.5 * 2

= 01 marks]

ඉහත පරිපථයට රූපය 2 හි දක්වා ඇති පරිදි ස්විචයක් [ON (1) OFF (0)] සහ OR ද්වාරයක් හඳුන්වා දොතු ලැබේ.



රූපය 2 - සංශෝධිත භර්තන පරිපථය

(b) රූපය 2 හි දක්වා ඇති සංශෝධිත භර්තන පරිපථය සඳහාගත් පසය දී ඇති වගන්ති අනුරෙන් තුමන වගන්ති දෙක තිවැරදි දැයි සඳහන්කරන්න. අදාළ වගන්ති අංක ලියා දක්වන්න.

① ස්විචය ON (1) තැම විටම දීප්ත රශ්මි ඇල්වේ.
② ස්විචය OFF (0) වීට මෙම පරිපථය, රූපය 1 හි දක්වා ඇති පරිපථයට සමාන ලෙස ක්‍රියාත්මක වේ.
③ පරිපථ දෙකෙහිම තැසිරීම් සර්වසම වේ.

(b) 1 සහ 2 Tamil medium translations is incorrect

***සටහන: [මෙම කොටසට සියලුම මාධ්‍යයන් (සිංහල/දෙමළ/ඉංග්‍රීසි) සඳහා එක් ලකුණක් ප්‍රදානය කරණු ලැබේ

= 01 mark]

1 and 2

***Note: [1 mark awarded for all three mediums (Sinhala/Támil/English)

= 01 mark]

(iii)	(iii) චර්ණ සිරුවෙණ පද්ධතියක, චර්ණයක් සිරුවෙණය සඳහා පික්සලයකට බිටු 4 (4 bits per pixel) බැගින් තාවිත කරන්නේ නැයි උපකල්පනය කරන්න. මෙම පද්ධතියට සොයාගත හැකි වර්ණ සංඛ්‍යාව කීරුවෙණය කළ හැකි ද?

2^4 ~~#16~~ හෝ 16

[ලකුණු 02]

2^4 ~~#16~~ or 16

[02 mark]

(iv)

(iv) ආදාන වෙනස් ආකාර සහ තැන් දෙකක් කිරීම් කැමිබට සමාන වෙනස් සාධකයකට යයි. අදාළ අයිතම සොයාගෙන තනු රිය සඳහාවරය වෙත යවන යයි. අනතුරුව, වෙනතුර සහනය විසින් අයිතමවල ඇලවා ඇති කිරු සෝප (සහනය) සාධකයෙහි ඇති සොරාගැර පද්ධතියට ලුහිවිමනතු (scan) ලැබේ. එක් එක් අයිතමයේ ලුහිය ද පද්ධතියට ආදාන කරනු ලැබේ. පද්ධතිය විසින් සෑම අයිතමයකම විවිධය සහ මිනතු අයිතමවල මුළු විවිධය ගෙණය කරනු ලැබේ. අවසානයි, පෙලදෙනුව සඳහා බිල්පත මුද්‍රණය කරනු ලැබේ.
ඉහත සොරාගැර පද්ධතියේ ආදාන, ක්‍රියාවලි සහ ප්‍රතිදාන සඳහා එක් නිදසුන බැගින් දෙන්න.

ආදාන - තීරු කේත, එක් එක් අයිතම ප්‍රමාණය (3, 2 ද නිවැරදියි)

ක්‍රියාවලිය - තීරු කේත හඳුනා ගැනීම(අර්ථකථනය) / පරිවර්තනය, අයිතම පිරිවැය/වටිනාකම ගණනය කිරීම, සියලුම අයිතමවල මුලු පිරිවැය/වටිනාකම ගණනය කිරීම

ප්‍රතිදානය - බිල්පත

[ආදානය - ලකුණු 0.5,
ක්‍රියාවලිය - ලකුණු 01,
ප්‍රතිදානය - ලකුණු 0.5
= ලකුණු 02]

Input – bar code, quantity (3, 2 acceptable)


Process – interpreting/converting/using bar code, calculate cost of items, calculate total cost of all items

Output – bill , printing the bill

[Input 0.5 marks,
Process 1 mark,
Output 0.5 marks
= 02 marks]

(v)

(v) පරිගණකයෙහි දක්නට ලැබෙන සෙවෙණි (ports) කිහිපයක් රූපය ⓐ - ⓔ දක්වා ඇත.



පහත සඳහන් ප්‍රශ්නවලට පිළිතුරු අදාළ සෙවෙණියෙහි අක්ෂරය දිය දක්වන්න.

(a) රහිත සෙවිලියක් (UTP) මගින් අන්තර්ජාලයට සම්බන්ධ වීමට භාවිත කළහැකි සෙවෙණිය කවර කලු සැකි ද?

(b) ඉණිම සැකසුවකින් (digital camera) සෙරිය ලද ඡායාරූප පරිගණකයට සෙවී කර ගැනීමට භාවිත කළහැකි සෙවෙණිය කවර කලු සැකි ද?

(a) → E

(b) → D

[එක් නිවැරදි පිළිතුරක් සඳහා ලකුණු => 1*2,
= ලකුණු 02]

[1 mark each for correct answer => 1*2
= 02 marks]

(vi)

(vi) පහත වගුවේ ඇති ලේඛනය වඩාත් ඇසකුම් මෙලෙසාංගයක් උපයෝග කර ගනිමින් සකස් කර, ලෙසඳ ① සිට ④ දක්වා ලේඛිල ඔබින් දැක්වා ඇති පරිදි සැකසුම් (format) කරන්න. ලේඛනයේ අක්ෂර ප්‍රමාණය (font size) වෙනස් කර නොමැති බව සලකන්න.

සකසා ගැනීමට පෙර

Covalent Bonds

Electron sharing between atoms is another method of forming bonds among them. By sharing of electrons like this, the atoms acquire the noble gas configuration. Joining of atoms by sharing electrons between a pair of atoms is referred to as a covalent bond.

Sharing of electrons between atoms of the same kind gives rise to homoatomic molecules.
e.g. hydrogen (H2), fluorine (F2), oxygen (O2), nitrogen (N2)

සකසා ගැනීමෙන් පසු


Covalent Bonds ← ①සහ②

Electron sharing between atoms is another method of forming bonds among them. By sharing of electrons like this, the atoms acquire the noble gas configuration. Joining of atoms by sharing electrons between a pair of atoms is referred to as a covalent bond. ③

Sharing of electrons between atoms of the same kind gives rise to homoatomic molecules.
e.g. hydrogen (H_2), fluorine (F_2), oxygen (O_2), nitrogen (N_2) ④

මූලාශ්‍රය: *Science text book-grade 10, p174*

වඩාත් සෘජුතාවෙල් සාධිත වන සැටියේ මෙවැනි සමහරක් Ⓐ සිට Ⓝ දක්වා වූ ලේඛිල යෙදිමට පහත රූපයේ පෙන්වා ඇත.



① සිට ④ ලේඛිල දැක්ම මෙසේ පෙන්වා ඇති සැටියේ සැකසීම් සඳහා භාවිත කළ හැකි මෙවැනි වෙනත් බොහෝ ක්‍රම ඔබ ඒවා දැනගෙන මෙවැනි ලේඛිල අක්ෂරය ලීහා දක්වන්න.

(සටහන : අවසාන ප්‍රශ්නයට ලබා මෙවැනි ලේඛිල අක්ෂර ලීහා ඇත්තම් ලකුණු නොලැබේ.)

1- A/L
2- L/A
} both cannot be L or A
If 1) is L 2) should be A.
3 - E
4 - F

No simple letters are accepted. [ලකුණු 0.5 * 4, = ලකුණු 02]

[0.5* 4 Marks, = 02 marks]

(vii)

(vii) පහත වගන්ති අතුරෙන් සවිරක් සත්‍ය හෝ අසත්‍ය වන්නේ දැයි හඳුනාගන්න. වගන්ති අසත්‍ය නම් එම අසත්‍ය බව ලීහා දක්වන්න.

① අන්තර්ජාලයට සම්බන්ධව පරිගණකයක් අනන්‍යව හඳුනාගැනීම සඳහා අන්තර්ජාල නාමාවලි ලිපිනය (IP address) භාවිත කරයි.
② දුරස්ථව පවතින පරිගණක අතර ගොනු හුවමාරුව සඳහා ගොනු සෑදීමාරු සිරුමාවලිය (FTP) භාවිත කරයි.
③ HTML ලේඛන හුවමාරු කරගැනීම සඳහා අඩි පත් සෑදීමාරු සිරුමාවලිය (HTTP) භාවිත කරයි.
④ වලාකුළු (cloud) පරිගණක පරිසරයේ ඇති ගොනු සහ බහාල (files and folders) වෙත අන්තර්ජාල සම්බන්ධතාව ගොමුකිරීම සිදුකිය හැකි ය.

1- සත්‍යයයි/නිවැරදියි/T / හරි

2 - සත්‍යයයි/නිවැරදියි/T / හරි

3 - සත්‍යයයි/නිවැරදියි/T / හරි

4 - අසත්‍යයයි/වැරදියි/F ~~ඉරක් ගහලා~~ .

ලකුණු 0.5 *4,

= ලකුණු 02]

1 – True/ T / correct

2 – True/ T / correct

3 – True/ T / correct

4 – False/ F / ~~correct~~ incorrect

[0.5* 4 Marks,

= 02 marks]

(viii)

(viii) පහත Ⓐ සිට Ⓓ තෙක් වූ රේඛීය මෙවලම් ප්‍රයෝජන විවිධාංගය (graphic design) මෘදුකාංගයෙහි ඇති නිරූපක (icons) ස්වරූපයෙන් පෙන්වයි.



Ⓐ Ⓑ Ⓒ Ⓓ

පහත දක්වා ඇති මෙවලම් සහ උපයෝගිතාවන් හිඳුන්වූ මෙවලම් සමඟ සැසඳෙනෙන සේ Ⓐ සිට Ⓓ තෙක් වූ වලින් ඉදිරියේ දිය යුතු අකුරු ලියා දක්වන්න.

මෙවලම් සහ උපයෝගිතා : [කැපීමේ මෙවලම (crop) මෙවලම්. ලැසෝ (lasso) මෙවලම්. අත් (hand) මෙවලම්. බුරුසු (brush) මෙවලම්. ක්ලෝනිය මුද්‍රා (clone stamp) මෙවලම්. මැජික් යෂ්ටි (magic wand) මෙවලම්. චලන (move) මෙවලම්]

A – මැජික් යෂ්ටි මෙවලම

B - ලැසෝ මෙවලම

C – චලන මෙවලම

D – ක්ලෝනීය මුද්‍රා මෙවලම

[එක් නිවැරදි පිළිතුරක් සඳහා ලකුණු 0.5 => 0.5*4,

= ලකුණු 02]

A – Magic Wand Tool

B – Lasso Tool

C – Move Tool

D – Clone StampTool

~~correct spelling should be written together~~ A, B, C D should be written

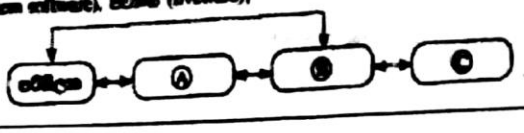
[0.5 marks for each correct answer => 0.5*4,

= 02 marks]

(ix)

(ix) පහත රූපයෙන් දැක්වෙන ඇත්තේ පරිගණකයක හා පරිගණක පද්ධතියක් අතර අන්තර් ක්‍රියාකාරිත්වයයි. රූපසටහන දැක්වෙන ඇති Ⓐ, Ⓑ හා Ⓒ ලේබලවලට සුදුසුම පද වැකිය පද, පහත දී ඇති ලැයිස්තුවෙන් තෝරාගෙන එක් එක් ලේබලයට අදාළ පදය බීජ දක්වන්න.

ලේබල් : (දෘඩාංග (hardware), ව්‍යවහාරික මෘදුකාංග (application software), මෙහෙයුම් පද්ධති මෘදුකාංග (operating system software), ජීවාංග (liveware))



A – ව්‍යවහාරික/යෙදුම් මෘදුකාංග

B – මෙහෙයුම් පද්ධති මෘදුකාංග

C - දෘඩාංග

[සිළිතුරු එකක් හෝ දෙකක් නිවැරදි නම් - ලකුණු 01

සිළිතුරු තුනම නිවැරදි නම් ලකුණු 02

මුළු ලකුණු - 02]

A – Application Software

B – Operating System Software

C – Hardware

[1 or 2 correct => 1 mark,

All 3 correct => 2 marks,

= 02 marks]

A, B, C should be

(x)

(x) දාදු කැටයක් දශවරක් උඩ දමා ලැබෙන අගයන් A මගින් දැක්වෙන ඇති අරාවෙහි (Array) ආචයනය (store) කර ඇතැයි උපකල්පනය කරන්න. 5 යනුවෙන් සොයන්න වාරයක් ලැබුණේ කියි ගණනය කිරීමට Ⓟ, Ⓠ හා Ⓡ ලේඛාවලට කියවිය හැදි ඉහත ඇල්ගොරිතමයේ (algorithm) පහත කේතය ලියා ඇත.

```
count = 0
i = 0
while i < Ⓟ
    if A[Ⓠ] = 5 then
        Ⓡ = count + 1
    end if
    i = i + 1
end while
display count
```

අරාවෙහි දර්ශක 0 1 2 3 4 5 6 7 8 9

A 1 3 5 3 2 1 5 4 6 1

ඉහත ඇල්ගොරිතමයේ යොදා ඇති Ⓟ, Ⓠ හා Ⓡ ලේඛිල සඳහා නිවැරදි පද ලියා දක්වන්න.

P – 10

[ලකුණු 1]

[01 mark]

Q – i

[ලකුණු 0.5]

[0.5 mark]

R – count

[ලකුණු 0.5]

[0.5 mark]

count should be correctly spelled

[මුළු ලකුණු 02]

[02 marks]

2. (i)

(i) පහත දී ඇති ①-④ වාක්‍ය වලින් නිවැරදි වාක්‍ය තෝරා ඒවායේ අංක පමණක් ලියන්න.

① කෘතහස්ත පරිගණක සඳහා පැමිණීමට අතිශය (malware) මෘදුකාංගයක් එය තමන් ම ප්‍රතිවලිත (replicates) වීම

② විද්‍යුත් තැපෑල් මෘදුකාංගය ලැබෙන තුරු රැඳෙන ස්වභාවය (intrus) වෙයි. විශේෂ ඉල්ලීමක් කොළඹ (Unsolicited) විද්‍යුත් තැපෑල් ලෙස හැඳින්වේ

③ විශ්වාසනීය ආයතනවලින් මෙන් මෙවැනිම් යම් අයෙකුගේ මිලදී ගැනීම් පරිශීලක නාමය (username) සහ මුර පදය (password) ලබා ගැනීමට තැත් කිරීම

④ වෙබ් පිටුවක දී අනවශ්‍ය ප්‍රවේශීය අවශ්‍යතා අයි ඉවතට දැමීම (pop-ups) නිවැරදිව විදහා පෙන්වීම

ඉහත දී ඇති ①-④ දැක්වීම් වැරදිවලට ගැලපෙන පරිදි පහත ලැයිස්තුවෙන් තෝරාගෙන අදාළ අංකයට ඉදිරියෙන් ලියා දක්වන්න.

පද ලැයිස්තුව: [අනවශ්‍ය ප්‍රවේශීය දැන්වීම් (adware), අයාචිත තැපෑල් (spam), කපට මැසි (phishing), වෙබ් රෙංගපිටුව (host), පරිගණක පණුවා (computer worm), ගිනිපවුර (firewall)]

1 → පරිගණක වර්ම

2 → අයාචිත තැපෑල

3 → තතුබෑම

4 → අනවශ්‍ය ප්‍රචාරක දැන්වීම්

[ලකුණු 01x 4,

= ලකුණු 04]

1 → Computer Worm

2 → Spam

3 → Phishing

4 → Adware

[1 Marks * 4,

= 04 marks]

(ii)

(ii) රූපයේ දැක්වා ඇත්තේ පුද්ගලයෙක් පරිගණකය භාවිත කරන අතරතුර ය. ඔහුගේ ඉරියව්වට (posture) අනුව ඔහුට ඇතුළත් විය හැකි රිදීම් දෙක ලියා දක්වන්න.



- පහත සඳහන් ඒවායින් ඕනෑම 02ක්:
- පේශී අස්ථි සහලක්ෂණය/කොන්දේ වේදනාව(කැක්කුම)
- බෙල්ලේ වේදනාව(කැක්කුම)
- හිසරදය
- පරිගණක දෘෂ්ටි සහලක්ෂණය/ඇසේ වේදනාව/ ඇසේ කැක්කුම, ඇසේ ආබාධ
- පුනරාවර්තී ආතති පීඩා / ආබාධ (RSI)
- කාපල-දෝනා සහලක්ෂණය

[ලකුණු 1.5 * 2,

=ලකුණු 03]

Any Two of the following :

- Muscular Skelton Syndrome/back pain • leg pain / Foot pain / Frozen Shoulder
- Neck Pain

- Headache
- Computer Vision Syndrome/Eye Strain/Eye Ache, Pain /CVS Eye irritation
- Repetitive Strain/Stress Injury(RSI)
- Carpel Tunnel Syndrome /wrist pain/CTS

[1.5 marks * 2,

= 03 marks]

(iii)

(iii) ① - ③ ලේඛලවලින් දක්වා ඇති පහත සඳහන් සංසිද්ධි සඳහා නිදසුන් ලියන්න:

① අන්තර්ජාලයෙන් බාගත්තා ලද නිදහස් සහිත මෘදුකාංග යම් පුද්ගලයකු විසින් පිටපත් කර අන් අයට විකිණීම

② පොරොන්දු කරන ලද පරිමිතිය තෙක්යක් සහ ඉක්මන් සේවාවක් ආයතනයෙන් අන්තර්ජාලයේ සම්බන්ධ වන ගිණුමකට ඇතුල් වීම

③ එක් රටක වෙනෙක් හෝ මහතෙකු වෙනි අවස්ථාවල ඇති සංඛ්‍යාත්මක තොරතුරු භාවිත කරන අතර, එවැනි රටක වෙනෙක් හෝ මහතෙකුට පරිගණක දැනුම් හා අන්තර්ජාල ප්‍රවේශය නොමැති වීම නිසා එවැනි තොරතුරු භාවිත කිරීමට නොහැකි වීම

ඉහත ① - ③ දක්වා දී ඇති වසන්තිවලට සැලසෙන පදය පහත ලැයිස්තුවෙන් තෝරාගෙන අදාළ අංකය ඉදිරියේ ලියා දක්වන්න.

ලැයිස්තුව : [මෘදුකාංග පිටපත් කිරීම (piracy), සයිබර් අපරාධ (cyber crime), අංකිත බෙදීම (digital divide), පෞද්ගලිකත්වය (privacy), විද්‍යුත් ව්‍යාපාර (electronic business)]

1 → ~~මෘදුකාංග පිටපත් කිරීම~~ මෘදුකාංග වැරදි

2 → සයිබර් අපරාධ

3 → අංකිත බෙදීම

[ලකුණු 1*3,

= ලකුණු 03]

1 → Piracy

2 → Cyber Crime

3 → Digital Divide

[1 marks * 3,

= 03 marks]

3 (i)

. (i) පහත වගුවේ ❶ - ❽ දක්වා හේබල් කිරීමේ අරමුණ සඳහා දෙන ටැගුවල (tags) සහ පරාමිති (parameter) අනාවරණය කිරීමට HTML කේතය සහ එහෙතුවෙන් ලබාගත් ප්‍රතිදානය (output) පිළිවෙලින් සලකා බලන්න:

HTML කේතය	ප්‍රතිදානය
<!DOCTYPE html> <html> <body> <❶> Milk Rice </❶> <❷ src="milkrice.jpg" alt="Milk Rice"> "<❹>Kiribath</❶> is a traditional dish which is fit for any auspicious moment. Kiribath also known as milk rice is normally served with "lunu miris", a mixture of red onions and spices as well as with bananas, jaggery & curries. It's a must have for <❹>New Year</❹> celebrations & a popular breakfast dish too." <❺> 3 Cups of Long grain rice (short grain or white rice) 3 Cups of Coconut milk (thick) 4 <❻>1</❻>/<❻>2</❻> Cups of Water <❻>3</❻>/<❻>4</❻> Teaspoons of Salt </❺> </body> </html>	**Milk Rice**  "*Kiribath*" is a traditional dish which is fit for any auspicious moment. Kiribath also known as milk rice is normally served with "lunu miris", a mixture of red onions and spices as well as with bananas, jaggery & curries. It's a must have New Year celebrations & a popular breakfast dish too." • 3 Cups of Long grain rice (short grain or white rice) • 3 Cups of Coconut milk (thick) • 4 ½ Cups of Water • ¾ Teaspoons of Salt

HTML කොකුවේ ❶ සිට ❽ දක්වා වූ ලේබල් අංකවලට අදාළ සිවැනි ටැගුවල නම් පරාමිති පහත ලැයිස්තුවෙන් තෝරාගෙන අදාළ අංකයට ඉදිරියෙන් ලියා දක්වන්න.

කේතකරු : [center, b, br, em, img, justify, i, ol, s, sup, sub, p, tr, td, marquee, u, ul]

1 → center, 2 → img, 3 → Justify, 4 → i, 5 → b, 6 → ul, 7 → sup, 8 → sub

[1-6 දක්වා එක් ලකුණක් බැගින් සහ

7 සහ 8 සඳහා ලකුණු 0.5 බැගින්:

=> (1*6) + (0.5*2),

= මුළු ලකුණු 07]

[tags 1 to 6 ,1 mark each,

tag, 7 & 8, => 0.5 mark each

=> 1*6 + 0.5 *2,

= 07 marks]

(ii)

(ii) පහත දෙවන වගන්ති සඳහා නිවැරදි හෝ අසත්‍ය යැයි නිර්ණය කරන්න.

① ප්‍රතිඵල මිදුකාංවල ඇති සිමාකම්/කැපීම (crop/trim) මෙවලම් භාවිත කර ප්‍රතිබිම්බය (images) දාර්ඨල ඇති අනවශ්‍ය කොටස් ඉවත් කර පිස්කල ප්‍රමාණය අඩු කර හැකි වේ.

② රාස්ටර ඇති ප්‍රතිබිම්බවල (image) විශේදනය (resolution) අඩු කර සහ රාස්ටර ප්‍රමාණය (frame size) කුඩා කර ගැනීමෙන් පිටපෙන් කොකුවේ ප්‍රමාණය අඩු කර හැකි වේ.

③ සිතැදි මිනුම් (sampling rate) පරිවර්තනය කළ විට සමඟ කොකුවල ප්‍රමාණය අඩු කර හැකි වේ.

① සිට ③ කොන් වගන්ති වේලිලට ලියා ඉහත වගන්ති සඳහා හෝ අසත්‍ය යැයි ලියන්න.

1 → සත්‍ය / අසත්‍ය / හැ

2 → සත්‍ය / අසත්‍ය / හැ

3 → සත්‍ය / අසත්‍ය / හැ

[ලකුණු 01* 3

=ලකුණු 03]

1 → true

2 → true

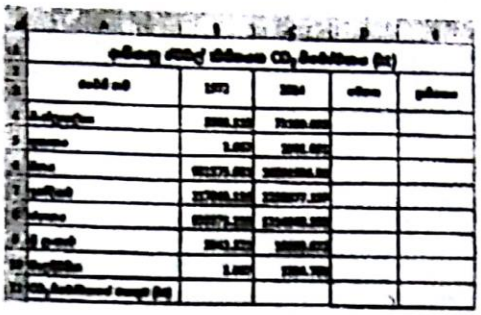
3 → true

[1 marks * 3

= 03 marks]

4(i)

දී ඇති පැතුරුම්පත් කොටසින් දැක්වෙන්නේ 1972 සහ 2014 යන වර්ෂවල දී ආසියානු රටවල් කිහිපයක CO_2 විමෝචනය (kt) පිළිබඳ තොරතුරු වේ.



(i) ශ්‍රීලංකාවේ සඳහා වූ 2014 සහ 1972 වසරවලදී CO_2 විමෝචනයේ වෙනස ගණනය කිරීම සඳහා D4 කෝෂයට ඇතුළත් කළ යුතු සූත්‍රය ලියා දක්වන්න. [වෙනස = 2014 වසරේ අගය – 1972 වසරේ අගය]

=C4-B4

correct use of brackets are accepted,

** කොටස් සඳහා ලකුණු නැත

[නිවැරදි පිළිතුර සඳහා ලකුණු 02 යි]

**Note: No partial marks

[correct answer awarded 02 Marks]

(ii)

(ii) ශ්‍රීලංකාවේ සඳහා වූ CO_2 විමෝචන වැඩිවීමේ ප්‍රතිශතය ගණනය කිරීම සඳහා E4 කෝෂයට ඇතුළත් කළ යුතු සූත්‍රය ලියා දක්වන්න. [වැඩිවීමේ ප්‍රතිශතය = (වෙනස / 1972 ගී අගය) x 100]

=(C4 – B4)/B4*100

OR

=D4/B4*100

correct use of brackets are accepted

(D4/B4) *100 ** වැරදි හෝ අසම්පූර්ණ සමීකරණ සඳහා ලකුණු ප්‍රදානය නොකෙරේ

** කොටස් සඳහා ලකුණු නැත

[ලකුණු 02]

**Note: No marks awarded for incorrect/incomplete excel formula syntax and exact answer required

**Note: No partial marks

[02 Marks]

There is a relationship between part II and III

(iii)	(iii) D4 හා E4 සෛලවලට ඇතුළත් කළ යුතු දෙය, D5:E10 සෛල පරාසයට පිටපත් කළේ නැති උපයෝජනය කරන්න. මේ උදාහරණයට අදාළව D9 හා E9 සෛලවල දර්ශනය වන යුතු ආකෘති ලියා දක්වන්න.

=C9-B9 සහ =(C9-B9)/B9*100

or

=C9-B9 and D9/B9*100

D9 හා E9 කෝෂවල අනුපිළිවෙලින් දැක්වේ

** ** සටහන : කොටස් සඳහා ලකුණු නැත

[එක් එක් නිවැරදි සම්පූර්ණ සමීකරණය සඳහා ලකුණු 1 බැගින් => 1*2,

~~=ලකුණු 2යි~~

=C9-B9 and =(C9-B9)/B9*100

1.5 x 2 = 3 marks

respectively in D9 and E9 cells

**Note: No partial marks

[1 mark each for correct function=>1 mark*2,

= 2 marks]

(iv)	(iv) ඒ ඇසි සියතු රටවල 1972 සිට පුරා CO_2 විමෝචනය සෙසෙනය කර පෙනීමට *=function1(cell1:cell2)* ආකාරයේ සූත්‍රයක් B11 සෛලයේ ලියනු ලැබේ. *function1*, *cell1* සහ *cell2* ට අදාළ පද ලියා දක්වන්න.

function1 = sum, cell1 =B4, cell2 =B10

cell1= B10, cell2 = B4 also accepted.

[කොටස් 3 නිවැරදි නම් ලකුණු 2යි,.

දෙකක් නිවැරදි නම් ලකුණු 1යි,

එකක් නිවැරදි නම් ලකුණු 0.5යි]

Function1 - 1 marks

cell1 - 0.5 marks

cell2 - 0.5 marks

[2 marks for all 3 correct,

1 mark for any 2 correct,

0.5 marks for any 1 correct]

OR

=sum(B4:B10)

** කොටස් ලකුණු නැත

[ලකුණු 02]

**Note: No partial marks

[02 marks]

(v)	(v) දී ඇති වර්ෂවල 1972 සහ 2014 වසරවල CO_2 විමෝචනය පෙන්වීම සඳහා වැතුරුම්පත් මඟපෙන්වෙන් ඇති වඩාත්ම යෝග්‍ය ප්‍රස්තාර වර්ගය නම් කරන්න.

ස්ථම්භ ප්‍රස්තාර/ තීර ප්‍රස්තාර/ දඬු ප්‍රස්තාර/ කැටි ප්‍රස්තාර/රේඛා ප්‍රස්තාර / any one bonus 1 mark for all [ලකුණු 02]

(Pie chart is not accepted)

** වට ප්‍රස්තාර ලියා ඇත්නම් කිසිදු ලකුණක් නිමි නොවේ only if attempted

නිවැරදි ප්‍රස්තාර වර්ග කිහිපයක් තිබුණද ලකුණු පිරිනැමේ

Bar chart/Column chart/Line/~~Scatter Chart~~/Area chart/Line Chart/

**Note: If more than one correct type of charts given marks given

**Note : If pie chart is included in the answer no marks awarded.

due to translation error in Tamil [02 Marks]

5(i)

පැහැදිලි මිල්පත් ගණනය කිරීම සඳහා පහත දෙවෙනියා ඇසි දත්ත සමූහය වඩු භාවිත කරනු ලබන්නේ යැයි උපකල්පනය කරන්න. පාරිභෝගිකයෙකුගේ මිල්පත ගණනය කිරීම සඳහා එකම ස්ථානය මිලක් (Rate) භාවිත කරයි.

පාරිභෝගික දත්ත වගුව

Name	Acc_No	Type
A.B. Silva	1001	R
V. Balasingham	1002	C
S.S. Garage	1003	R
R.T. Alles	1004	C

අනුපාත වගුව

Type	Rate
R	10.50
C	18.50

භාවිත වගුව

Month	Acc_No	Units
January	1001	185
February	1001	280
January	1002	165
May	1003	270

(i) ප්‍රාථමික (primary) යතුරු සඳහන් කිරීමට අදාළ වගු සමඟ ලියා දක්වන්න.

පාරිභෝගික (දත්ත වගුව) →Acc_No

Acc-No should be correctly spelled

ගාස්තු (වගුව) →Type

**සටහන : එක් වගුවක් සඳහා නිවැරදි ක්ෂේත්‍රය සමඟ වෙනත් ක්ෂේත්‍ර ලියා ඇත්නම් කිසිදු ලකුණක් නොලැබේ. වගු සඳහා යටිඉර "_" අවශ්‍යම නොවන අතර, ක්ෂේත්‍ර නාම සඳහා එය අත්‍යවශ්‍ය වේ.

[ලකුණු 1 * 2, =ලකුණු 02]

~~Yes a student has written other wrong table names and their fields, those are~~ ~~+ correct~~

more than 2 answers no marks will be given

Customer_Data (table)→ Acc_No

Rate (table) → Type

**Note : if more than one field given for a table NO marks awarded,

'_' is NOT essential for table names

'_' is essential for field names

[1 mark*2, =02 marks]

(ii)	(ii) ආගන්තුක (foreign) යතුරු දෙකක් ඒවාට අදාළ වගු සමඟ ලියා දක්වන්න.

භාවිත (වගුව) →Acc_No

පාරිභෝගික_දත්ත (වගුව) →Type

සටහන : එක් වගුවක් සඳහා නිවැරදි ක්ෂේත්‍රය සමඟ වෙනත් ක්ෂේත්‍ර ලියා ඇත්නම් කිසිදු ලකුණක් නොලැබේ.

[ලකුණු 1 * 2 =ලකුණු 02]

Usage (table) → Acc_No

Customer_Data(table) → Type

**Note : if more than one field given for a table NO marks

If more than two answers are written [1 mark*2 , =02 marks]

no marks will be given

(iii)	(iii) පාරිභෝගිකයකුගේ ලිපිනය (customer_address) යන ක්ෂේත්‍රය ඇතුළත් කිරීමට වඩාත් ම යෝග්‍ය වගුව කුමක් ද?

පාරිභෝගික_දත්ත (වගුව)

සටහන : නිවැරදි වගුව සමඟ වෙනත් වගු ලියා ඇත්නම් කිසිදු ලකුණු හිමි නොවේ

වගු නම් සඳහා යටිඉර "_" අවශ්‍යම නොවේ

If more than one table is mentioned [ලකුණු 01]

Customer_Data (table) no marks will be given

**Note : if more than one table give NO marks awarded

Note: Underscore "_" optional for table names

[01 mark]

(iv)	(iv) අප්‍රේල් (April) මාසය සඳහා R වර්ගයට (Type) අයත් A. B. C. Navaz නම් වූ තව පාරිභෝගිකයෙක් ඊයේ 120ක් භාවිත කර ඇත්නම්, කුමක වගු යාවත්කාලීන කළ යුතු වන්නේ ද?

පාරිභෝගික_දත්ත (වගුව)

භාවිත (වගුව)

සටහන : ~~නිවැරදි වගු සමඟ වෙනත් වගු~~ වැදගත්ම නම් ලියා ඇත්නම් කිසිදු ලකුණක් හිමි නොවේ

වගු නම් සඳහා යටිඉර "_" අවශ්‍යම නොවේ

[ලකුණු 0.5*2, = ලකුණු 01]

If more than 2 tables are mentioned

no marks will be given

Customer_Data (table),

Usage (table)

**Note : if all three table names are given no marks awarded

[0.5 marks*2,

=01 mark]

(v)	(v) ඉහත (iv) කොටසෙන් ලැබිණු යාවත්කාලීන කිරීම සඳහා අදාළ වගුවල යාවත්කාලීන වූ පේළි සහ ඒවාට අදාළ වගු නාම ලියා දක්වන්න. (Acc_No 1005 ලෙස උපකල්පනය කරන්න.)

පාරිභෝගික_දත්ත (වගුව) → (A B C Navaz, 1005, R)

හෝ

පාරිභෝගික_දත්ත (වගුව)

A B C Navaz,

1005,

R

හෝ

පාරිභෝගික_දත්ත (වගුව)

Name → A B C Navaz,

Acc_No → 1005,

Type → R

Table Name + Record = 1 mark

හෝ

පාරිභෝගික_දත්ත (වගුව)

Name	Acc_No	Type
A B C Navaz,	1005	R

වගුව සම්පූර්ණයෙන්ම ඇද අදාළ උපලැකියාන(රෙකෝඩය) ඇතුලත්කොට තිබේ නම් ද ලකුණු සැපයේ

[ලකුණු 1*2,

=~~ලකුණු 02~~]

01

භාවිත (වගුව), (April,1005,120)

හෝ

භාවිත වගුව,

April,

1005,

120

හෝ

හාවීක වගුව,

Month→ April,

Acc_No→ 1005,

Units→ 120

හෝ

හාවීක වගුව,

Month	Acc_No	Units
April	1005	120

වගුව සම්පූර්ණයෙන්ම ඇඳ අදාල උපලැකියාන ඇතුලත්කොට තිබේ නම් ද ලකුණු සැපයේ

** ඉහත ඕනෑම ආකාරයකින් පිළිතුර ඉදිරපත් කර ඇතිවිට ලකුණු ප්‍රදානය කෙරේ

සටහන : වගුවට අදාල සියලුම ක්ෂේත්‍ර සඳහන්ව තිබිය යුතුය

[ලකුණු 01* 2,

= ලකුණු 02]

Customer_Data (table)→ (A B C Navaz, 1005, R)

Or

Customer_Data (table)

A B C Navaz,

1005,

R

OR

Customer_Data

Name → A B C Navaz,

Acc_No → 1005,

Type → R

OR

Customer_Data

Name	Acc_No	Type
A B C Navaz,	1005	R

If the entire table is drawn and relevant record is included the marks are awarded,

[01* 2

= 02 Marks]

==========

Usage → (April,1005,120)

OR

Usage (table)

April,

1005,

120

OR

Usage (table)

Month→ April,

Acc_No→ 1005,

Units→ 120

OR

Usage(table)

Month	Acc_No	Units
April	1005	120

If the entire table is drawn and relevant record is added, marks are given

****Similar format of presentation as above are also acceptable**

****Note : each table name with all relevant fields need to be provided to award mark for each table**

[1 marks*2 ,

=02 marks]

(vi)	(vi) ජනවාරි (January) මාසය සඳහා *A. B. Silva* සිල්වාගේ මුර බිල්පත ලබා ගැනීමට විමසුමක් (query) ක්‍රියාත්මක කිරීම සඳහා පහතින් දක්වා ඇති කුමක් මෙහෙයවිය යුතු ද?

පාරිභෝගික_දත්ත (වගුව), ගාස්තු (වගුව) හා භාවිත (වගුව)

** සටහන: කොටස් ලකුණු නොසැපයේ.

වගු නුනම නිවැරදිව ලියා ඇත්නම් පමණක් ලකුණු ලබා දේ

**සටහන : වගු සඳහා යටිඉර "_" අවශ්‍යම නොවේ

[ලකුණු 02]

Customer_Data (table), Rate (table), Usage (table)

**Note: No partial marks

Note: Underscore "_" optional for table names

[02 marks]

6 (i) (i) පුද්ගලයාගේ තොරතුරු පද්ධතියක් සංවර්ධනය කිරීමට අදාළ පහත දැක්වෙන ඇති සංසිද්ධිය සලකා බලන්න:

පුද්ගලයාගේ කටයුතු කළමනාකරණය කරගැනීම සඳහා නව තොරතුරු පද්ධතියක් හඳුන්වා දීමට පුද්ගලයාධිපතිවරයා යෝජනා කළේ ය. අතීතයේ යෝජිත පද්ධතියේ අවශ්‍යතා හඳුනා ගන්නේ ය. අනතුරුව ඔහු අවශ්‍යතා සපුරාලන පරිදි පද්ධතියක් නැලපුම් කරන ලදී. අතීතයේ සැලසුම් සඳහා සරසවියියන්, මානුෂී මිදුකාංග නිපදවූවා ය. ඉන්පසු විසින් මිදුකාංග පරීක්ෂාවන් කරන ලදී. සමහ විසින් මෙම පද්ධතිය පුද්ගලයාගේ ක්‍රියාත්මක කරන ලදී. මාස කිහිපයකට පසු, මානුෂී නව පද්ධතියේ ඇති වූ සැවැටු නිවැරදි කිරීමක් සිදුකරගනු ලද අතර, සේවෝපය වර්තමාන දෙනත් මිදුණය කරගැනීම සඳහා මිදුකාංගයේ වෙනස්කම් ද සිදු කරන ලදී.

(a) පද්ධති සංවර්ධන ජීවන චක්‍රයේ ක්‍රියාත්මක (implementation) අදියර සඳහා හඳුන්වා දී ඇත්තේ කවුරුන් ද?

(b) සමන් විසින් ඉටුකර ඇත්තේ පද්ධති සංවර්ධන ජීවන චක්‍රයේ කුමන අදියර ද?

(c) ඉන්ධිය විසින් පද්ධති සංවර්ධන ජීවන චක්‍රයේ කුමන අදියර ඉටු කර ඇත් ද?

(d) යෝජිත පද්ධතියේ අවශ්‍යතා වටහා ගැනීම සඳහා අන්වර්ථ කාවිය කළ හැකි ඵලදායීතාවට වෙනත් ක්‍රමවේද දෙකක් ලියන්න.

(e) පුද්ගලයාගේ වෙනස්ම පරිගණකවල මෙම නව පද්ධතිය ධාවනය කළ හැකි බව අන්වර්ථ තහවුරු කර ගනියි. මෙහි දී ඇතිවිය යුතු කර ඇත්තේ කුමන කොටසකටත් ද?

(a) (a) පද්ධති සංවර්ධන ජීවන චක්‍රයේ ක්‍රියාත්මක (implementation) අදියර සඳහා හඳුන්වා දී ඇත්තේ කවුරුන් ද?

මාලනී

Deployment සමන් යන පිළිතුරද නිවැරදි ලෙස සැලකේ
also refers to coding.

[ලකුණු01]

Malani

[1 mark]

[Saman is also acceptable as correct give 1 mark]

(b) (b) සමන් විසින් ඉටුකර ඇත්තේ පද්ධති සංවර්ධන ජීවන චක්‍රයේ කුමන අදියර ද?

පද්ධති ස්ථාපන අදියර / යෙදවීම / ක්‍රියාත්මක කිරීම [ලකුණු01]

Deployment/Implementation phase of a System

[1 mark]

(c) (c) ඉන්ධිය විසින් පද්ධති සංවර්ධන ජීවන චක්‍රයේ කුමන අදියර ඉටු කර ඇත් ද?

පරීක්ෂා කිරීම සහ දෝෂ හරණ අදියර/ [ලකුණු 01]
මෘදුකාංග තත්ත්ව සහතිකය

Testing and Debugging phase / software quality assuarance / Testi
(software)

[1 mark]

(d) (d) යෝජිත පද්ධතියේ අවශ්‍යතා වටහා ගැනීම සඳහා අන්වර්ථ කාවිය කළ හැකි ඵලදායීතාවට වෙනත් ක්‍රමවේද දෙකක් ලියන්න.

නිරීක්ෂණය/සම්මුඛ පරීක්ෂණ/ප්‍රශ්නාවලි/ලේඛණ පරීක්ෂා කිරීම/ මූලාකෘතිකරණය
සිදුවීම් සාම්පල ගැනීම
ලිඛිතාදර්ශ තත්ත්ව විශ්ලේෂණ

[ලකුණු 1.5*2, = ලකුණු 3]

Observation/Interview/Questionnaires/Document Inspection/Prototyping

Document sampling. —— or → Document sample inspection

[1.5*2 marks, = 03 marks]

(e) (e) පුස්තකාලයේ පවතින පරිගණකවල මෙම නව පද්ධතිය ධාවනය කළ හැකි බව අත්හදා බලා තහවුරු කර ගනියි. මෙයි දී ඇගයීමට ලක් කර ඇත්තේ කුමන සාධනයක් ද?

නාක්ෂණික ශක්‍යතාවය

Technical Feasibility

***සටහන: [මෙම කොටසට සියලුම මාධ්‍යයන් (සිංහල/දෙමළ/ඉංග්‍රීසි) සඳහා එක් ලකුණක් ප්‍රදානය කරණු ලැබේ

= 01 mark]

***Note: [1 mark awarded for all three mediums (Sinhala/Tamil/English)

= 01 mark]

(ii) (ii) පරිශීලකයකු විසින් 'http://www.nic.lk' වෙබ් පිටුව සඳහා පිවිසීමට යන ක්‍රියාවලියේ පියවර පහත දක්වා ඇත.

A - www.nic.lk යන වසම් නාමය IP ලිපිනයට පරිවර්තනය සඳහා එහා ඉල්ලීම වසම් නාම සේවාදායකය (DNS) වෙත යවනු ලැබේ.

B - වසම් නාම සේවාදායකය මඟින් 222.165.180.150 යන IP ලිපිනය නැවත එවනු ලැබේ.

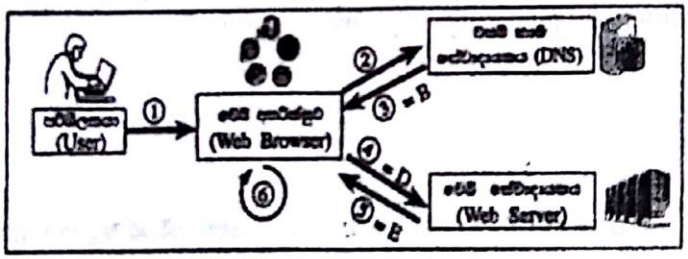
C - වෙබ් අතිරික්සුව මඟින් HTML පිටුව විදැහූ (render) කරනු ලබයි.

D - වෙබ් අතිරික්සුව මඟින් 'http Get' ඉල්ලීම 222.165.180.150 යන IP ලිපිනය ඇති වෙබ් සේවාදායකය වෙත යවනු ලැබේ.

E - 222.165.180.150 යන IP ලිපිනය ඇති වෙබ් සේවාදායකය, HTML දත්ත ප්‍රවාහය (data stream) ආපසු එවනු ලබයි.

F - පරිශීලකයා වෙබ් අතිරික්සුව විවෘත කර 'http://www.nic.lk' ඇතුලත් කරයි.

ඉහත පියවරවලට අදාළ ක්‍රියාවලිය පහත රූපයේ දැක්වේ. එම රූපයේ ලේබල ඇති ①, ④ සහ ⑤ ඉහත B, D හා E නම් පියවර හා සම්බන්ධීකරණ කළහැක ඇත. ඉහිර පියවර රූපයේ ඇති ඇණිත ලේඛලවලට නිවැරදිව ගළපා ලේබල අංකය හා පියවර අක්ෂරය ලියා දක්වන්න.



1 → F

2 → A

6 → C

~~OR~~

~~F, A, C~~

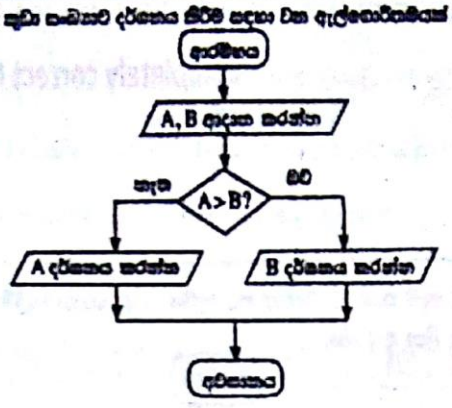
**සටහන: ~~අදාළ ලේඛල රහිතව වුවද, නිවැරදි අනු පිළිවෙලට පිළිතුරු සපයා ඇත්නම් ලකුණු ලැබේ~~

[ලකුණු 01*3, = ලකුණු 03]

Note: If labels are not given and the respective order is correct marks are awarded

[1 mark* 3, =03 marks]

7(i) (i) සංඛ්‍යා දෙකක් කියවා කුඩා සංඛ්‍යාව දර්ශනය කිරීම සඳහා වන ඇල්ගොරිතමයක් පහත දැක්වීම් සටහනෙහි ඉදිරිපත් කර ඇත.



සැලීම් සටහනෙහි දක්වා ඇති ඇල්ගොරිතමය සඳහා අදාළ වියාජ කේතය (pseudocode) ලියා දක්වන්න.

ආරම්භය

A ආදානය කරන්න/ කියවන්න/ලබා ගන්න

B ආදානය කරන්න/ කියවන්න/ලබා ගන්න

If (*A* > *B*) නම්/එවිට *then* ** සටහන: *එරහන් අත්‍යවශ්‍ය නොවේ*

B පෙන්වන්න/දර්ශණය කරන්න/ ප්‍රතිදානය කරන්න

Else

A පෙන්වන්න/දර්ශණය කරන්න/ ප්‍රතිදානය කරන්න

Endif ** සටහන: *Endif* අත්‍යවශ්‍ය නොවේ

අවසානය

else වලට vy කෑ වැඩිපුර මේවායි දැක්ක හින endif වෙනුවට.

ආරම්භය හා අවසානය දෙකම නිවැරදි නම් => ලකුණු 01.

A හා *B*ආදාන සඳහා => 1x2= ලකුණු2,

නිවැරදි **If** ප්‍රකාශය සඳහා => ලකුණු 03,

= මුලු ලකුණු 06]

```
Begin
Input/Get/Read A
    Input/Get/Read B
    If (A>B) then
      Display/Show/Print/Output B
    Else
      Display/Show/Print/Output A
    Endif
End
```

be very careful about display -- is correct

** Note: brackets optional

** Note: *Endif* optional

If there are no statements aiffer endif, (endif) is optional

[Begin/End Or Start/End => 1 mark

**Note: Both (pair) should be there to award marks

Input A, Input B => 1*2

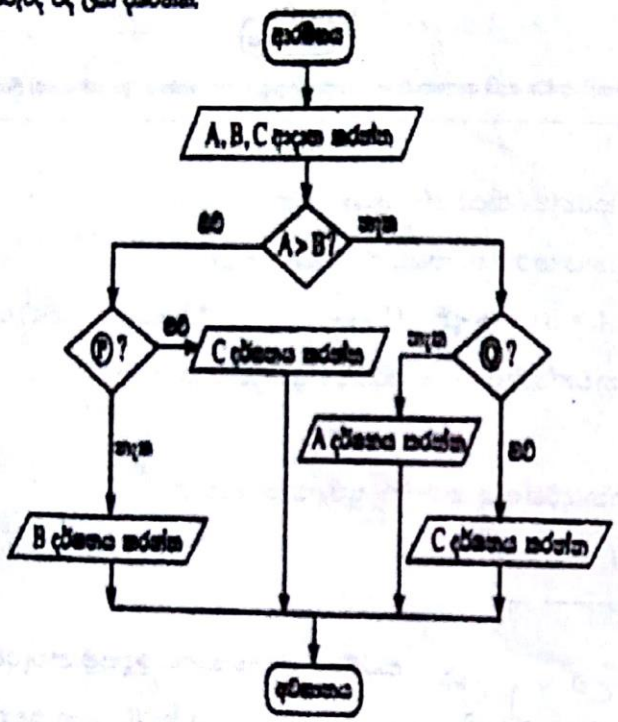
marks = 2 marks,

Completely correct If statement => 3 marks,

= 06 marks]

(ii)

(ii) පංගිත තුනක් සිටියා අවුරුදි පංගියට දර්ශනය කර ඇතිනි සඳහා අවශ්‍ය ඇල්ගරිතම සටහන පහත දැක්වේ. Ⓟ සහ Ⓠ සඳහා සිවැරදි පද ලියා දක්වන්න.



P → B>C C<B

Q → A>C C<A

[එක් නිවැරදි පිළිතුරක් සඳහා ලකුණු 02 => 2*2,

මුලු ලකුණු 04]

[2 marks for each correct answer => 2*2,

= 04 marks]